Hướng dẫn sử dụng tờ trả lời

1. Phần điền thông tin cá nhân

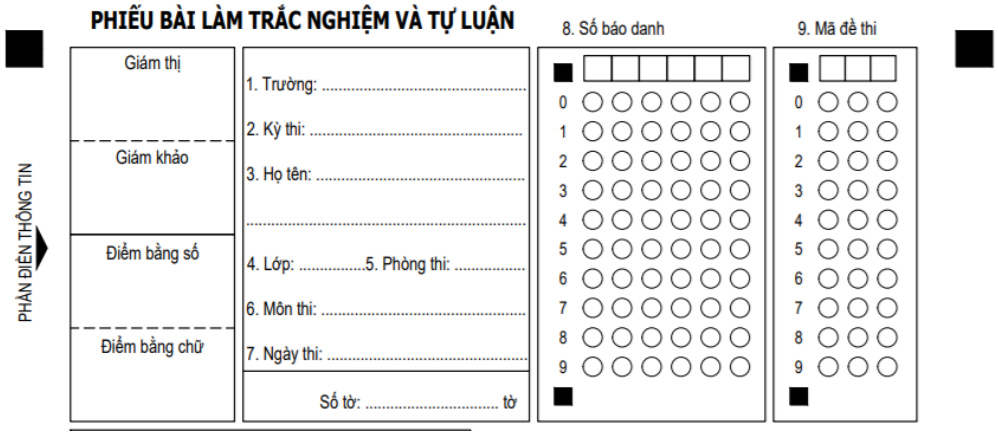

Chỉ tô bằng bút chì. Tô nhẹ, kín ô tròn. Nếu sai thì lấy tẩy tẩy nhẹ đi, không làm rách, nhàu, nát.

Điền đầy đủ các thông tin: Trường, Họ tên, Lớp bằng bút bi.

Tô phần số báo danh: 123456. **Tô mã đề thi: 100.**

2. Phần điền đáp án trắc nghiệm



Phần trắc nghiệm có 49 câu:

+ Câu 1 – 13 thuộc phần thi Đọc hiểu

+ Câu 14 – 35 thuộc phần thi Tiếng Việt

+ Câu 36 – 49 thuộc phần thi Toán và Khoa học Tiếng Anh.

Chỉ tô bằng bút chì. Tô nhẹ, kín ô tròn. Nếu sai thì lấy tẩy tẩy nhẹ đi, không làm rách, nhàu, nát.



Một số câu có thể không đủ 4 đáp án (như chỉ có A, B, C) thì vẫn tô như bình thường.

3. Phần làm bài tự luận

Làm bình thường bằng bút bi. Lưu ý khi làm bài ghi rõ câu nào, thuộc phần nào rồi mới làm bài. Ví dụ:

Câu 1, phần Tiếng Việt: mai

Câu 2, phần Tiếng Việt: sau

….

PHẦN THI ĐỌC HIỂU

2 bài, 13 câu, 40 phút

Tô vào đáp án đúng tương ứng vào câu trả lời

Thực hiện câu 1 – 7 dựa trên bài đọc số 1.

Âm thanh thành phố

Hồi còn đi học, Hải rất say mê âm nhạc. Từ căn gác nhỏ của mình, Hải có thể nghe tất cả các âm thanh náo nhiệt, ồn của thủ đô. Tiếng ve kêu rền rĩ trong những đám lá cây bên đường. Tiếng kéo lách cách của những người bán thịt bò khô. Tiếng còi ô tô xin đường gay gắt. Tiếng còi tàu hoả thét lớn và tiếng bánh sắt lăn trên đường ray ầm ầm.

Rồi tất cả như im lặng hẳn để nghe tiếng đàn vi-ô-lông trên một cái ban công, tiếng pi-a-nô ở một căn gác.

Hải đã ra Cẩm Phả nhận công tác. Mỗi dịp về Hà Nội, Hải thích ngồi lặng hàng giờ để nghe bạn anh trình bày bản nhạc Ánh trăng của Bét-tô-ven bằng đàn pi-a-nô. Anh cảm thấy dễ chịu và đầu óc bớt căng thẳng.

Theo TÔ NGỌC HIẾN

1. Có bao nhiêu nhạc cụ được nhắc đến trong bài viết?

A. 1. **B**. 2. **C**. 3. **D**. 4.

2. Bản nhạc Ánh trăng của ai?

A. Mô-da. **B**. Anh Hải. **C**. Lưu Hữu Phước. **D**. Bét-tô-ven.

3. Lúc đi học, anh Hải say mê gì?

A. Anh Hải say mê nghe âm nhạc thành phố.

B. Anh Hải say mê âm nhạc.

C. Anh Hải say mê đàn.

D. Anh Hải say tiếng sóng.

4. Hằng ngày, anh Hải nghe thấy những âm thanh nào?

A. Âm thanh náo nhiệt, ồn của thành phố.

B. Âm thanh của tiếng đàn vi-ô-lông, tiếng pi-a-nô.

C. Tiếng ve kêu rền rĩ, tiếng kéo lách cách của những người bán thịt bị khô, tiếng còi ô tô gay gắt, tiếng còi tàu hoả thét lớn và tiếng bánh xe sắt lăn ầm ầm, tiếng đàn vi-ô-lông và pi-a-nô.

D. Tiếng ve kêu rền rĩ, tiếng kéo lách cách của những người bán hàng rông rao hàng, tiếng còi xe máy xin đường, tiếng còi tàu thủy thét lớn và tiếng đàn vi-ô-lông và pi-a-nô.

5. Mỗi dịp về Hà Nội, anh Hải thích?

A. Đàn bản nhạc Ánh trăng của Bét-tô-ven bằng đàn ghi-ta.

B. Đàn bản nhạc Ánh trăng của Bét-tô-ven bằng đàn pi-a-nô.

C. Nghe bạn anh đàn bản nhạc Ánh trăng của Bét-tô-ven bằng đàn ghi-ta.

D. Nghe bạn anh đàn bản nhạc Ánh trăng của Bét-tô-ven bằng đàn pi-a-nô.

6. Khi ngồi lặng, anh Hải cảm thấy thế nào?

A. dễ chịu và đầu óc căng thẳng.

B. buồn ngủ và đầu óc đỡ căng thẳng.

C. yêu đời và tỉnh táo.

D. đầu óc đỡ căng thẳng và dễ chịu.

Thực hiện câu 7 – 13 dựa trên bài đọc số 2. Tô A, B, C tương ứng theo đáp án.

Lan (Nếu đáp án là Lan thì tô A)

Chúng mình chơi rất nhiều trò chơi đồng đội trên trường, ví dụ như bóng đá, bóng chuyền, … Tuy nhiên, mình không được khoẻ nên chạy chậm hay đá nhẹ. Các bạn trong đội thường cười nhạo mình nên mình đã không chơi thể thao nữa vì tức giận. Tuy nhiên, mình nhận ra rằng bạn có thể tập thể dục một mình. Bây giờ, đôi khi mình đi xe đạp, bơi và chạy, nhưng luôn luôn một mình. Không ai có thể chế giễu mình khi mình chậm nữa!

Chi (Nếu đáp án là Chi thì tô B)

Mình thích các môn thể thao đồng đội và cũng thích trở thành một thành viên của đội mình. Chúng mình đã có một khoảng thời gian rất vui bên nhau. Chúng mình đã đến tham gia các trận đấu bằng xe buýt và tổ chức tiệc khi đội giành chiến thắng. Sau đó, mình bị ngã xe ba năm trước nên bị gãy chân. Nó khiến mình không được vui vẻ. Môn thể thao mà mình có thể làm hiện tại là câu cá nhưng nó thật buồn chán! Tuy nhiên, các bạn của mình đã gợi ý đi chơi thuyền buồm. Nó nghe có vẻ rất vui, nên mình nghĩ mình sẽ thử nó.

Linh (Nếu đáp án là Linh thì tô C)

Mình không thích các môn đồng đội. Mình khá giỏi bóng đá nhưng thích chơi khi có không quá nhiều người ồn ào, cười đùa. Đó cũng là lí do mà mình thích lướt sóng. Ở đó chỉ có mình, bãi biển và một số ít người khác cũng thích sự im lặng và cảnh đẹp. Mình nghĩ mình cũng sẽ thích cưỡi ngựa và trượt tuyết cũng cùng với lí do đó nhưng chúng khá đắt đỏ. Mình đã để dành rất nhiều để đi các bãi biển khác nhau với tấm ván của mình.

7. Ai không có đủ tiền để có thể chơi các môn thể thao cô ấy thích? C

8. Ai có ý định thử một môn thể thao mới? B

9. Ai không thể chơi môn thể thao mà cô ấy thích hồi xưa? B

10. Ai chỉ thích chơi thể thao khi cô ấy chơi một mình? A

11. Ai có thể có kết bạn với nhiều bạn mới bằng cách chơi thể thao? B

12. Ai chỉ thích chơi thể thao với người khác khi họ không ồn ào? C

13. Ai đã có trải nghiệm không được vui khi chơi thể thao với đồng đội? A

PHẦN THI TIẾNG VIỆT

3 phần, 35 câu, 45 phút

Từ câu 14 – 35, tô vào đáp án đúng tương ứng vào ô trả lời

14. Những sự vật nào được so sánh với nhau trong câu thơ:

"Tưởng rằng biển nhỏ / Mà to bằng trời."

A. Biển, trời. **B**. Nhỏ, to. **C**. Biển, to. **D**. Trời, to.

15. Từ nào khác với từ còn lại?

A. Chân tay. **B**. Chân thực. **C**. Chân thành. **D**. Chân tình.

16. Từ "bồng bềnh" trong câu: "Những đám mây trôi bồng bềnh trên bầu trời." là từ chỉ gì?

A. Tính cách. **B**. Sự vật. **C**. Hiện tượng. **D**. Đặc điểm.

17. Từ nào viết đúng chính tả?

A. Trờ đợi. **B**. Trăm sóc. **C**. Chông nom. **D**. Trong suốt.

18. Bộ phận nào trả lời cho câu hỏi "ở đâu" trong câu: "Những chú chim họa mi khoe giọng hót véo von trên vòm cây."?

A. Những chú chim. **B**. Hót véo von. **C**. Trên vòm cây. **D**. Khoe giọng hót.

19. Câu: "Đàn cò trắng bay lượn trên cánh đồng." thuộc kiểu câu gì?

A. Ai là gì. **B**. Ai làm gì. **C**. Ai thế nào. **D**. Vì sao.

20. Câu "Bố em rất chăm chỉ tập thể dục." thuộc kiểu câu nào?

A. Ai là gì. **B**. Ai thế nào. **C**. Ai làm gì. **D**. Khi nào.

21. Người được nhân dân suy tôn là ông tổ nghề thêu là ai?

A. Trần Quốc Khải. **B**. Hải Thượng Lãn Ông.

C. Cao Bá Quát. **D**. Nguyễn Bỉnh Khiêm.

22. Từ nào không phải là từ chỉ đặc điểm?

A. Cao to. **B**. Trắng trẻo. **C**. Chạy nhảy. **D**. Nhỏ nhắn.

23. Từ nào là từ chỉ hoạt động trong câu: "Mẹ tôi gánh những mớ rau xanh mơn mởn."?

A. Làng. **B**. Gánh. **C**. Rau xanh. **D**. Mơn mởn.

24. Trong các từ sau, từ nào viết sai chính tả?

A. Sông suối. **B**. Xổ số. **C**. Xuân sắc. **D**. Sáng xuốt.

25. Trong các từ sau, từ nào viết đúng chính tả?

A. Xổ xố. **B**. Xác suất. **C**. Xác xuất. **D**. Sương sườn.

26. Trong các từ sau, từ ngược với từ "phương nam" là từ nào?

A. phương đông. **B**. phương bắc. **C**. phương tây. **D**. bốn phương.

27. Phần còn lại của cây lúa sau khi gặt được gọi là gì?

A. rơm. **B**. gốc rạ. **C**. bông lúa. **D**. thân lúa.

28. Trong các từ sau, từ nào không có vần uôi?

A. muối. **B**. chuối. **C**. củi. **D**. suối.

29. Loài bọ cánh cứng, bụng phát sáng lập lòe, hoạt động về đêm được gọi là con gì?

A. châu chấu. **B**. chuồn chuồn. **C**. ễnh ương. **D**. đom đóm.

30. Cụm từ "Con đò nhỏ" có thể kết hợp được với từ nào trong các từ sau?

A. bồng bềnh. **B**. bập bõm. **C**. lênh khênh. **D**. lom khom.

31. Trong các từ sau, từ nào viết đúng chính tả?

A. cá ương. **B**. vường chuối. **C**. cá ươn. **D**. giọt sươn.

32. Trong các từ sau, từ nào viết sai chính tả?

A. tươn tư. **B**. tương tư. **C**. vấn vương. **D**. xương sườn.

33. Việc truyền lại kiến thức, kinh nghiệm cho người khác được gọi là gì?

A. dậy dỗ. **B**. dậy rỗ. **C**. dậy giỗ. **D**. giậy giỗ.

34. Câu tục ngữ nào sau đây có nghĩa là: “Người khá giả giúp đỡ người nghèo đói”?

A. Anh em như thể tay chân. **B**. Lá lành đùm lá rách.

C. Bán anh em xa, mua láng giềng gần. **D**. Đói cho sạch rách cho thơm.

35. Câu ca dao, tục ngữ nào dưới đây liên quan đến làng quê Việt Nam?

A. Ruộng đồng mặc sức chim bay / Biển hồ lai láng, cá bầy đua bơi.

B. Muốn sang thì bắc Cầu Kiều / Muốn con hay chữ phải yêu lấy thầy.

C. Nhiễu điều phủ lấy giá gương / Người trong một nước phải thương nhau cùng.

D. Lời nói chẳng mất tiền mua / Lựa lời mà nói cho vừa lòng nhau.

Từ câu 1 – 13, viết đáp án đúng tương ứng vào phần trả lời tự luận, ghi rõ tên phần là phần Tiếng Việt. Ví dụ: Câu 1, phần Tiếng Việt : kia …

Từ câu 1 – 5 điền từ thích hợp vào ô trống để hoàn thiện câu

Câu 1. Ngày nay nước bạc ngày ..... cơm vàng. sau

Câu 2. Chớp đông ..... nháy gà gáy thì mưa nhay nháy

Câu 3. Trẻ em như ..... trên cành. búp

Câu 4. Một con ngựa ....., cả tàu bỏ cỏ. đau

Câu 5. Con ..... bơi yêu nước/ Con chim ca yêu trời. cá

Từ câu 6 – 8 điền chữ cái thích hợp để hoàn thiện từ

Câu 6. Sách dùng để học trong nhà trường gọi là sách .....áo khoa. gi

Câu 7. Cứ đến chiều thì nước thủy .....iều lại dâng lên. tr

Câu 8. Đất .....ước Việt Nam hình chữ S. n

Từ câu 9 – 13, điền dấu thích hợp trong câu vào ô trả lời để hoàn thành đoạn văn

Đêm trăng trên Hồ Tây Hồ về thu, nước trong vắt, mênh mông (9). Trăng toả sáng rọi vào các gợn sóng lăn tăn (10). Thuyền ra khỏi bờ thì hây hẩy gió đông nam, sóng vỗ rập rình (11). Một lát (12), thuyền vào gần một đám sen. Bấy giờ, sen trên hồ đã gần tàn nhưng vẫn còn lơ thơ mấy đoá hoa nở muộn (13). Mùi hương đưa theo chiều gió ngào ngạt...

(Phan Kế Bính)

PHẦN THI TOÁN TIẾNG VIỆT

10 câu, 90 phút

Trình bày đầy đủ đáp án vào phần trả lời tự luận, ghi rõ tên phần là phần Toán. Ví dụ: Câu 1, phần Toán: …

Câu 1. Đặt tính rồi tính

596 + 375	64 + 184	982 – 593	741 – 99	248 + 752
971	248	389	642	1000

Câu 2. Đặt tính rồi tính. Đối với phép chia yêu cầu viết phép tính như phép chia có dư:

38 x 5	24 x 8	42 x 2	23 : 4	75 : 3	97 : 8	48 x 7
190	192	84	5 dư 3	25	12 dư 1	336

Câu 3. Tính:

345 + 518 – 623 240 910 – 526 + 192 576 24 x 4 : 8 12 48 : 8 x 25 150

Câu 4: Tìm *x*.

a. 90 : *x* = 6 15 b. *x* : 5 = 83. 415 c. *x* : 8 = 54 – 26. 224

Câu 5: Người ta xếp 100 cái bánh vào các hộp, mỗi hộp có 5 cái. Sau đó xếp các hộp vào thùng mỗi thùng 4 hộp. Hỏi có bao nhiêu thùng bánh?

100 : 5 = 20 (hộp) 20 : 4 = 5 (thùng)

Câu 6: Có 90 quyển sách sách xếp đều vào 5 tủ, mỗi tủ có 2 ngăn. Hỏi mỗi ngăn có bao nhiêu quyển sách, biết rằng mỗi ngăn có số sách như nhau?

5 x 2 = 10 (ngăn tủ) 90 : 10 = 9 (quyển)

Câu 7: Có 7 con vịt, số gà nhiều hơn số vịt 56 con. Hỏi số vịt bằng một phần mấy số gà?

7 + 56 = 63 (con) số vịt bằng 1 phần 9 số gà

Câu 8: Một chiếc bìa hình chữ nhật có chiều dài 25 dm, chiều rộng 1dm. Chu vi miếng bìa đó là bao nhiêu đề – xi – mét?

25 + 1 + 25 + 1 = 52 dm

Câu 9: Một cửa hàng có 453 kg gạo, đã bán được $\frac{1}{3}$ số gạo đó. Hỏi cửa hàng còn lại bao nhiêu ki- lô- gam gạo?

Đã bán: 453 / 3 = 151 kg. Còn lại 453 – 151 = 302 kg.

Câu 10: Tìm một số, biết rằng lấy số đó chia cho 5 thì được thương là 8 và dư là 7

Số đó là: 5 x 8 + 7 = 47

PHẦN THI TOÁN VÀ KHOA HỌC TIẾNG ANH

2 phần, 36 câu, 60 phút

Từ câu 36 – 49 tô vào đáp án đúng tương ứng vào ô trả lời trắc nghiệm

36. 3 hundreds + 4 tens + 16 ones equals to

A. 346. **B**. 3416. **C**. 356. **D**. 446.

37. a quarter to eight is:

A. 8:30. **B**. 7:45. **C**. 8:15. **D**. 8:45.

38. The number 24 in the expression 24 x 8 = 182 is called:

A. summand. **B**. factor. **C**. product. **D**. dividend.

39. The number 452 (is) …. the number 455.

A. less than. **B**. equals. **C**. false. **D**. greater than.

40. The long hand is at 3 and the short hand is between (between: giữa) 3 and 4. What time is it now?

A. 3:45. **B**. 3:30. **C**. 3:15. **D**. 4:15.

41. Which shape has 3 sides?

A. circle. **B**. square. **C**. rectangle. **D**. triangle.

42. The number 492 is read as

A. four hundred and ninety-two. **B**. forty and ninety-two.

C. four nine two. **D**. four hundred and nine two.

43. Convert 24 dm = …… mm.

A. 24. **B**. 240. **C**. 2400. **D**. 24000.

44. How many statements (statement: câu khẳng định) below are **true**?

+ divisor equals product divided by quotient.

+ factor equals product divided by the other factor.

+ dividend equals divisor times quotient

+ divisor equals divisor minus product.

A. 1. **B**. 2. **C**. 3. **D**. 4.

45. How many triangles are there in this figure (figure: hình)?

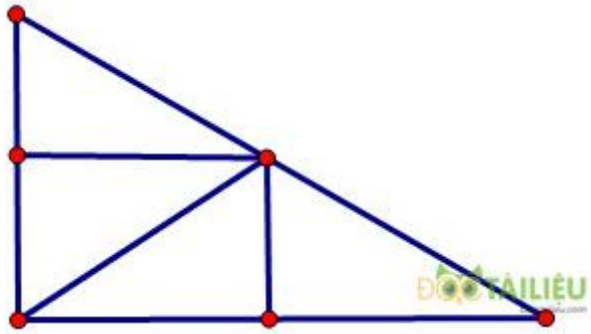

A. 3. **B**. 5.

C. 7. **D**. 9.

46. Linh has 49 circles. Trung has more 37 circles than Linh (more … than …: nhiều hơn). How many circles do Linh and Trung have in total (in total: tổng cộng)?

A. 49. **B**. 37. **C**. 86. **D**. 135.

47. When 10:30, Phuc does (do: làm) his homework. He has finished (finish: kết thúc) it at 12:15. How long does it take (how long … take: mất bao lâu) to do his homework?

A. 10:30. **B**. 12:15. **C**. 1:45. **D**. 2:15.

48. Find the perimeter (perimeter: chu vi) of ABC. The side AB equals AC. AC = 2 x AD and AD equals the smallest 2-digit number?

A. 50. **B**. 30. **C**. 20. **D**. 40.

49. Tung has a long rope (rope: dây) with its length (length: chiều dài) is 96 cm. He cuts one-third (one-third: một phần ba) of it. He gives (give: đưa) the shorter rope to Mai. He cuts one-fourth (one-fourth: một phần tư) of the longer rope and gives the shorter one to Vinh. How long of the rope does Vinh receive (receive: nhận)?

A. 32 cm. **B**. 16 cm. **C**. 64 cm. **D**. 48 cm.

Từ câu 1 – 4 viết đáp án đúng tương ứng vào phần tự luận, ghi rõ tên phần là phần Toán Tiếng Anh. Ví dụ: Câu 1, phần Toán Tiếng Anh: …

Câu 1. Fill in the blank: 19, 28, 37, 46, 55, 64, … 73

Câu 2. Calculate: 40 – 38 + 36 – 34 + 32 – 30 + … + 6 – 4 + 2 – 0 2 x 20 = 40

Câu 3. Sinh has 98 lemons. In the morning, he sells (sell: bán) half of the lemons. In the afternoon, he sells fewer than 29 lemons in the morning. In the evening, he sells all (all: tất cả) lemons he has left (left: còn lại). How many lemons does he sell in the evening? 98 – 49 – 20 = 29

Câu 4. 35 students want to travel (travel: đi) Lao Cai. A bus contains (contain: chứa) at most (at most: tối đa) 9 students. How many buses at least (at least: ít nhất) do we need to prepare (prepare: chuẩn bị)? 35 : 9 = 3 dư 8 nên cần 4 xe

Từ câu 5 – 17 tô vào đáp án đúng tương ứng vào phần tự luận, ghi rõ tên phần là phần Khoa học. Ví dụ: Câu 1, phần Khoa học: ...

Từ hình vẽ trang bên hoàn thiện các câu từ 14 – 17:

Câu 5. n___. nose **Câu 6**. w__d__pe. windpipe **Câu 7**: l__gs. lungs

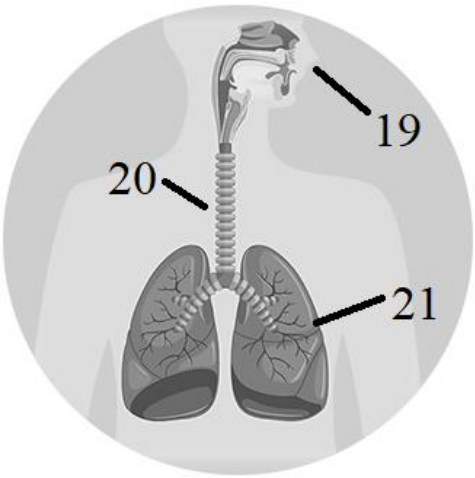

Câu 8. How many organs are there in the respiratory system?3

Câu 9. Which organ lets air (air: không khí) enter (enter: đi vào) the body? nose

Câu 10. Which organ lets air get to the lungs after (after: sau khi) entering the body via (via: thông qua) nose? windpipe

Câu 11. Which organ belongs to the respiratory system?

A. stomach. **B**. food pipe.

C. eye. **D**. lung.

Câu 12. The respiratory system includes a windpipe, a nose and a lung. **A**. True. **B**. False.

Câu 13. The ___ system helps us breathe. **A**. respitory. **B**. digestive.

Nối từ với hình ảnh để hoàn thiện câu 14 – 17. Chú ý, một hình ảnh có thể nối với nhiều từ.

Câu 14. Exhale **Câu 15**. Inhale. **Câu 16**. Breathe in. **Câu 17**. Breathe out.

Exhale

Breathe out

inhale

breathe in

Điền từ vào chỗ trống để hoàn thiện câu 18 – 22.

Câu 18. When we ____, air goes into our body. (inhale / exhale).

Câu 19. When we ____, air goes out of the body. (inhale / exhale).

Câu 20. Our lungs get ___ when we inhale. (smaller / bigger).

Câu 21. When we inhale, we breathe ___ oxygen. (in / out).

Câu 22. When we exhale, we breate out _____. (oxygen / carbon dioxide).

QUY ĐỔI ĐIỂM BÀI THI ĐỌC HIỂU

Câu đúng	**0**	**1**	**2**	**3**	**4**	**5**	**6**	**7**	**8**	**9**	**10**	**11**	**12**	**13**
Điểm (1)	0	1	1	2	2	3	4	5	6	6	7	7	8	9

QUY ĐỔI ĐIỂM BÀI THI TIẾNG VIỆT – PHẦN TRẮC NGHIỆM

Câu đúng	**0**	**1**	**2**	**3**	**4**	**5**	**6**	**7**	**8**	**9**	**10**	**11**	**12**
Điểm (2)	0	0	1	1	2	2	3	3	4	4	4	5	6
Câu đúng	**13**	**14**	**15**	**16**	**17**	**18**	**19**	**20**	**21**	**22**			
Điểm (2)	6	7	7	7	8	8	9	9	10	11			

QUY ĐỔI ĐIỂM BÀI THI TIẾNG VIỆT – PHẦN TỰ LUẬN

Câu đúng	**0**	**1**	**2**	**3**	**4**	**5**	**6**	**7**	**8**	**9**	**10**	**11**	**12**	**13**
Điểm (3)	0	0	1	1	2	2	3	3	4	4	4	5	5	6

Bài thi Ngôn ngữ TV = Điểm đọc hiểu (1) x 15 + Điểm TV TN (2) x 15 + Điểm TV TL (3) x 18

Tối đa: 135 + 165 + 108 = 408 điểm

QUY ĐỔI ĐIỂM BÀI THI TOÁN TIẾNG VIỆT

Câu	**1**	**2**	**3**	**4**	**5**	**6**	**7**	**8**	**9**	**10**
Điểm (4)	10	14	16	14	15	15	6	8	12	7

QUY ĐỔI ĐIỂM BÀI THI TOÁN TIẾNG ANH – PHẦN TRẮC NGHIỆM

Câu đúng	**0**	**1**	**2**	**3**	**4**	**5**	**6**	**7**	**8**	**9**	**10**	**11**	**12**	**13**	**14**
Điểm (5)	0	1	1	1	2	2	3	3	4	4	4	5	5	6	7

QUY ĐỔI ĐIỂM BÀI THI TOÁN TIẾNG ANH – PHẦN ĐIỀN ĐÁP ÁN

Câu	**1**	**2**	**3**	**4**
Điểm (6)	10	18	20	15

Bài thi Toán = Tổng điểm Toán TV (4) + Điểm Toán TA (5) * 15 + Điểm Điền ĐA (6)

Tối đa: 117 + 105 + 63 = 285 điểm

QUY ĐỔI ĐIỂM BÀI THI KHOA HỌC TIẾNG ANH – PHẦN ĐIỀN ĐÁP ÁN

Câu	**5**	**6**	**7**	**8**	**9**	**10**	**11**	**12**	**13**	**14**	**15**	**16**	**17**
Điểm (7)	1	1	1	1	2	2	2	1	2	1	1	1	1
Câu	**18**	**19**	**20**	**21**	**22**								
Điểm (7)	2	2	2	2	2								

Bài thi Toán và KH TA = Điểm Toán TA (5) * 15 + Điểm điền ĐA (6) * 2 + Điểm KH (7) * 4

Tối đa: 105 + 126 + 108 = 339 điểm.

TỔNG KẾT QUẢ = BÀI THI NGÔN NGỮ + BÀI THI TOÁN + BÀI THI TIẾNG ANH

Tối đa: 1032

Xét kết quả

Ngưỡng	1	2	3	4	5	6	7
Xuất sắc	13	21 – 22	13	115 – 117	14	63	25 – 27
Giỏi	12	19 – 20	11 – 12	108 – 114	11 – 13	43 – 62	18 – 24
Khá	8 – 11	14 – 18	8 – 10	90 – 107	8 – 10	25 – 42	12 – 17
Trung bình	5 – 7	8 – 13	4 – 7	66 – 89	4 – 7	15 – 24	6 – 11
Cần cố gắng	0 – 4	0 – 7	0 – 3	0 – 65	0 – 3	0 – 14	0 – 5

Ngưỡng	TV	T	TA	Tổng
Xuất sắc	346 – 408	248 – 285	273 – 339	865 – 1032
Giỏi	298 – 345	193 – 247	179 – 272	668 – 864
Khá	220 – 297	145 – 192	110 – 178	473 – 667
Trung bình	94 – 219	91 – 144	56 – 109	239 – 472
Cần cố gắng	0 – 93	0 – 90	0 – 55	0 – 238

VD số câu mỗi phần: P1: 12, P2: 18, P3: 11, P4: 10 + 14 + 16 + 14 + 15 + 15 + 4 + 8 + 10 + 3; P5: 11, P6: 10 + 15, P7: 5-6-8-11-12-13-16-17-20-21-22

Bài thi Ngôn ngữ TV = Điểm đọc hiểu (1) x 15 + Điểm TV TN (2) x 15 + Điểm TV TL (3) x 18

= 8 * 15 (G) + 8 * 15 (K) + 5 * 18 (G) = 330 (G) -> G

Bài thi Toán = Tổng điểm Toán TV (4) + Điểm Toán TA (5) * 15 + Điểm Điền ĐA (6)

= 109 (G) + 5 * 15 (G) + 25 (K) = 209 (G) -> G

Bài thi Toán và KH TA = Điểm Toán TA (5) * 15 + Điểm điền ĐA (6) * 2 + Điểm KH (7) * 4

= 5 * 15 (G) + 25 * 2 (K) + 16 * 4 (K) = 189 (G) -> K

Tổng kết quả = 728 (G) -> G

Xếp loại của 7 điểm dựa theo bảng trên.

Xét điểm Tiếng Việt, Toán, Tiếng Anh:

+ Xếp dựa trên bảng 2

+ Nếu có: trên 34% môn TP có ngưỡng dưới 2 bậc, 50% môn TP có ngưỡng dưới 1 bậc -> hạ 1 bậc

+ Nếu có trên 34 % môn TP có ngưỡng dưới 2 bậc, dưới 34% môn TP có ngưỡng dưới 3 bậc -> hạ 2 bậc.

+ Nếu có trên 34% môn TP có ngưỡng dưới 3 bậc -> hạ 3 bậc.

Xét điểm Tổng kết: Tương tự TV, T, TA nhưng môn TP là TV, T, TA.

Bảng thông báo kết quả in tại trang 13 – 14 của tài liệu

Name: **TA QUYNH ANH**	**Exam:** **WEEKLY TEST**
Class: **3A7**	**Paper:** WT #1
School: **LE VAN TAM PRIMARY SCHOOL**	**BẢNG THÔNG BÁO KẾT QUẢ KIỂM TRA**

TỔNG ĐIỂM	
Xếp loại	

TIẾNG VIỆT	**Điểm**	**Xếp loại**	**KQ cuối cùng**
		XS, G, K, TB, CCG	
Đọc hiểu			
Ngôn ngữ			
Tổng cộng			

TOÁN	**Điểm**	**Xếp loại**	**KQ cuối cùng**
		XS, G, K, TB, CCG	
Trắc nghiệm (Bao gồm điền đáp án)			
Tự luận (Không bao gồm điền đáp án)			
Tổng cộng			

TIẾNG ANH	**Điểm**	**Xếp loại**	**KQ cuối cùng**
		XS, G, K, TB, CCG	
Toán Tiếng Anh			
Khoa học Tiếng Anh			
Tổng cộng			

BẢNG ĐIỂM TỔNG KẾT

ĐIỂM THÀNH PHẦN	Điểm	Xếp loại
		XS, G, K, TB, CCG
Điểm ngôn ngữ Tiếng Việt		
Điểm Toán		
Điểm Toán và Khoa học Tiếng Anh		
Tổng cộng		

KẾT QUẢ CUỐI CÙNG